演習 | 数学 III

微積の周辺

大島 遥斗

▶ 微積分の周辺，具体的には（極限・微分・数式における積分・面積・体積）です. 基礎的な解法・考え方については新数学スタンダード演習でかなり定着することができたと思っているので，ここでは入試標準から応用レベルの大切な問題を扱います.◀

1章　同次式

同次式とは，次のような形のものを言う.

定義

関数 $z=\dfrac{f(x)}{g(x)}$ について，

$$\deg f(x)=\deg g(x)$$

のとき，z を同次式と言う. ここで，$\deg f(x)$ は，$f(x)$ の次数である.
すなわち，「分母と分子の次数が等しい」ということである.

同次式の解法は決まっている. 次の例題を挙げて考えてみよう.

例題　x, y が正の実数全体を動くとき，$z=\dfrac{xy+x^2+y^2}{x^2+xy}$ の最小値を求めよ.

考え方　2変数関数なのが嫌なので，どうにか変数を減らすことを考えましょう.x^2 か y^2 で分母・分子を割ると良さそうですね.

▶解答◀　z の分母・分子を x^2 で割ると，

$$\begin{aligned}z&=\frac{\frac{y}{x}+1+\left(\frac{y}{x}\right)^2}{1+\frac{y}{x}}\\&=\frac{t^2+t+1}{1+t}\quad(☜\ t=\frac{y}{x}\text{とおいた.})\\&=\frac{(t+1)^2-t}{t+1}\quad(☜\ \text{頭でっかちは次数下げ})\\&=t+1-\frac{t+1-1}{t+1}\\&=t+\frac{1}{t+1}\quad\cdots\cdots\cdots

1 章の解説

1•1《同次式》

(1) x, y が正の実数を動くとき，$z = \dfrac{2x^2+3xy+4y^2}{x^2+y^2}$ の最大値を求めよ．
(2) $0 < x < y$ のとき，$z = \dfrac{3x^2y-6xy^2+2y^3}{(x-y)^3}$ のとり得る値の範囲を求めよ．

考え方 (1) 様々な解答方法が考えられます．ここでは，置き換えを多用して，AM-GM で書きます．その他の解答方法は別解で示します．(2) 次数を下げますが，少し工夫してみましょう．$0 < x < y \iff 0 < \dfrac{x}{y} < 1$ なので，y^3 で割るのが良さそうですね．

▶解答◀ (1)

$$z = \frac{2x^2+3xy+4y^2}{x^2+y^2} = \frac{2\left(\frac{x}{y}\right)^2+3\left(\frac{x}{y}\right)+4}{\left(\frac{x}{y}\right)^2+1}$$
$$= \frac{2t^2+3t+4}{t^2+1} \quad \left(t = \frac{x}{y} \text{とおいた.}\right)$$
$$= 2 + \frac{3t+2}{t^2+1} \quad \cdots\cdots ①$$

① で，t は全ての正の実数を動く．ここでさらに，① において，$u = 3t+2$ とおくと，u は $u > 2$ の範囲を動き，

$$z = 2 + \frac{u}{\left(\frac{u-2}{3}\right)^2+1} = 2 + \frac{9u}{u^2-4u+13}$$
$$= 2 + \frac{9}{u+\frac{13}{u}-4}$$

上式において，AM-GM の関係を用いると，

$$u + \frac{13}{u} \geqq 2\sqrt{u \cdot \frac{13}{u}} = 2\sqrt{13}$$

よって，z 全体として，

$$z \leqq 2 + \frac{9}{2\sqrt{13}-4} = \frac{6+\sqrt{13}}{2}$$

となる．また等号成立は，

$$u = \frac{13}{u} \iff u = \sqrt{13} \text{（これは } u > 2 \text{ を満たす）}$$

のとき成立するので，求める z の最大値は，$\boldsymbol{\dfrac{6+\sqrt{13}}{2}}$

(2) $0 < x < y$ のとき，$0 < \dfrac{x}{y} < 1$ なので，$t = \dfrac{x}{y}$ とおくと，t は $0 < t < 1$ の範囲を動き，

$$z = \frac{3x^2y-6xy^2+2y^3}{(x-y)^3}$$
$$= \frac{3\left(\frac{x}{y}\right)^2-6\left(\frac{x}{y}\right)+2}{\left\{\left(\frac{x}{y}\right)-1\right\}^3}$$
$$= \frac{3t^2-6t+2}{(t-1)^3}$$

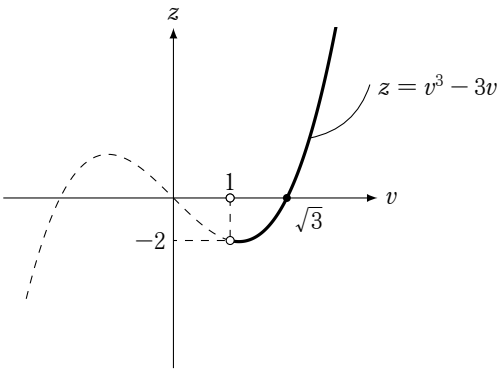
ここで，さらに $t-1 = u$ とおくと，u は $-1 < u < 0$ の範囲を動き，

$$z = \frac{3(u+1)^2-6(u+1)+2}{u^3}$$
$$= \frac{3u^2-1}{u^3}$$
$$= \frac{3}{u} - \frac{1}{u^3}$$

そして，さらに $v = -\dfrac{1}{u}$ とおくと，v は $v > 1$ の範囲を動き，

$$z = v^3 - 3v = v\left(v-\sqrt{3}\right)\left(v+\sqrt{3}\right)$$

と表せるので，$v > 1$ に注意して下図の実線部のようになる．



これと，

$$\frac{dz}{dv} = 3v^2 - 3 = 3(v-1)(v+1) > 0 \quad (\because v > 1)$$

なので，z は v に関して単調増加で，$v = -1$ のとき $z = -2$ であることから，求める z のとり得る値の範囲は，$\boldsymbol{z > -2}$

以下 (1) の別解

別解 【値域の問題と捉える】
$z = 2 + \dfrac{3t+2}{t^2+1}$ より，$u = \dfrac{3t+2}{t^2+1}$ の値域を調べればよい．したがって，u の値域を W とおくと，

$$k \in W \iff \exists t > 0,\ k = \frac{3t+2}{t^2+1}$$
$$\iff \exists t > 0,\ k(t^2+1) = 3t+2$$
$$\iff \exists t > 0,\ kt^2-3t-2+k = 0$$

∴「二次関数 $f(t) = kt^2-3t-2+k$ が $t > 0$ の範囲に少なくとも一つ実数解をもつ．」…(＊) ような条件を調べる．
(＊) は，$t = \dfrac{3}{2k}$ を対象軸とする下に凸の放物線なので，

$$(*) \iff (\text{判別式：}) 9-4k(k-2) \geqq 0$$
$$\iff 4k^2-8k-9 \leqq 0$$
$$\iff k \leqq \frac{2+\sqrt{13}}{2} \quad (\because k > 0)$$

よって，u の最大値は，$\dfrac{2+\sqrt{13}}{2}$ なので，z の最大値はこれに 2 を足して，$2 + \dfrac{2+\sqrt{13}}{2} = \boldsymbol{\dfrac{6+\sqrt{13}}{2}}$

別解 【分母の形に注目して極表示】
$\begin{pmatrix} x \\ y \end{pmatrix} = r\begin{pmatrix} \cos\theta \\ \sin\theta \end{pmatrix} \left(r > 0,\ 0 < \theta < \dfrac{\pi}{2}\right)$ とおくと，

$$z = \frac{2x^2+3xy+4y^2}{x^2+y^2} = \frac{2r^2\cos^2\theta+3r^2\cos\theta\sin\theta+4r^2\sin^2\theta}{r^2\cos^2\theta+r^2\sin^2\theta}$$
$$= 2\cos^2\theta+3\cos\theta\sin\theta+4\sin^2\theta$$
$$= (1+\cos 2\theta) + \frac{3}{2}\sin 2\theta + 2(1-\cos 2\theta)$$
$$= 3 - \cos 2\theta + \frac{3}{2}\sin 2\theta$$
$$= 3 + \frac{1}{2}\begin{pmatrix} -2 \\ 3 \end{pmatrix} \cdot \begin{pmatrix} \cos 2\theta \\ \sin 2\theta \end{pmatrix}$$

今，2θ は $0 < 2\theta < \pi$ を動くので，$\begin{pmatrix} \cos 2\theta \\ \sin 2\theta \end{pmatrix}$ が $\begin{pmatrix} -2 \\ 3 \end{pmatrix}$ と平行かつ同じ向きのときに z は最大となり，その最大値は，

$$3 + \frac{1}{2}\left|\begin{pmatrix} -2 \\ 3 \end{pmatrix}\right| = \boldsymbol{\frac{6+\sqrt{13}}{2}}$$

1.2《京都大》

a は 0 でない実数とする．

$$-\frac{1}{2} \leqq \frac{x-y}{x+y} \leqq \frac{1}{2}$$

を満たすすべての正の実数 x, y に対し，

$$x^3 - 3a^2xy^2 + 2y^3 \geqq 0$$

が成り立つような a の範囲を求めよ．

考え方　日本語が多くて分かりにくいですね．このようなときは，一度論理記号で書き換えましょう．論理記号で書くと，次のようになります．

$$\forall(x, y) \in \left\{ \underbrace{-\frac{1}{2} \leqq \frac{x-y}{x+y} \leqq \frac{1}{2}}_{①} \right\},\ \underbrace{x^3 - 3a^2xy^2 + 2y^3 \geqq 0}_{②}$$

つまり，「① を満たすような (x, y) を ② に代入したときに，② が成立するような a を求めて欲しい．」ということですね．
ここでも 2 変数関数であることが厄介なので，同次式 ① の変数を減らしましょう．そして，② の処理に取りかかります．

注　上の書き方は informal な書き方です．減点される可能性があるので，答案では使わないようにしましょう．

▶解答◀　a: 非負整数．$-\frac{1}{2} \leqq \frac{x-y}{x+y} \leqq \frac{1}{2}$…① を満たす全ての (x, y) に対して，$x^2 - 3a^2xy^2 + 2y^3 \geqq 0$…② が成立するような a の範囲を求める．

$$① \Longleftrightarrow -\frac{1}{2} \leqq \frac{\frac{x}{y}-1}{\frac{x}{y}+1} \leqq \frac{1}{2}$$

$$\Longleftrightarrow -\frac{1}{2}(t+1) \leqq t-1 \leqq \frac{1}{2}(t+1) \quad \left(t = \frac{x}{y}\right)$$

$$\Longleftrightarrow \frac{1}{3} \leqq t \leqq 3 \quad \cdots\cdots\cdots\

より， これの微分は，

$$f'(t)=6t^5-12t^3+12t^2-6t$$
$$=6t(t-1)(t^3+t^2-t+1)$$

ここでさらに，$g(t)=t^3+t^2-t+1$ とおくと，① のとき，

$$g'(t)=3t^2+2t-1=(t+1)(3t-1)>0$$

より，$g(t)$ は単調増加で，$g(t)\geqq g(1)=2>0$
よって，① の範囲で $f(t)\geqq 0$ であり，$f(t)$ も単調増加．
$\therefore f(t)\geqq f(1)=0$
したがって，

$$\begin{cases} t=1 \text{ のとき, } f(t)=0 \\ t>1 \text{ のとき, } f(t)>0 \end{cases} \Longleftrightarrow \begin{cases} a=b \text{ のとき, } A=B \\ a>b \text{ のとき, } A<B \end{cases}$$

以上より，a, b の対称性を考慮して，

$$\begin{cases} \boldsymbol{a=b} \text{ のとき, } \left(\dfrac{\boldsymbol{a^2+b^2}}{2}\right)^{\frac{1}{2}}=\left(\dfrac{\boldsymbol{a^3+b^3}}{2}\right)^{\frac{1}{3}} \\ \boldsymbol{a\neq b} \text{ のとき, } \left(\dfrac{\boldsymbol{a^2+b^2}}{2}\right)^{\frac{1}{2}}<\left(\dfrac{\boldsymbol{a^3+b^3}}{2}\right)^{\frac{1}{3}} \end{cases}$$

2 章　凸関数・関数の増減

ここでは，4° の「イェンセンの不等式」を少し扱いたいと思います.AM-GM の不等式の一般の形式の証明もこの不等式で与えることができます．

定義（イェンセンの不等式）

関数 $y=f(x)$ について， 次の不等式が成立するとき， イェンセンの不等式（凸関数）という．

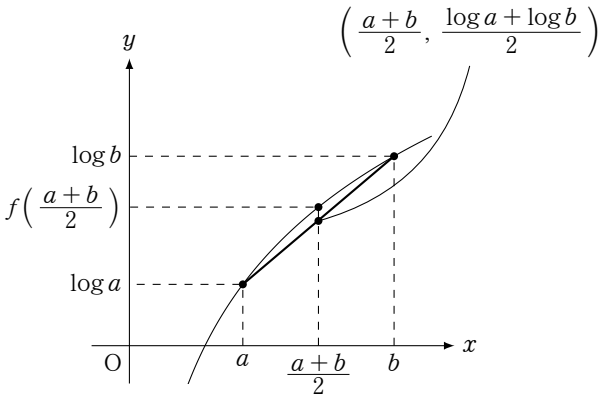
$$f\left(\frac{\sum_{k=1}^{n}x_k}{n}\right)\leqq\sum_{k=1}^{n}f(x_k)$$

注　この不等式は証明なしに用いてよい．

この不等式を用いた有名な証明が AM-GM の不等式の証明です．

例題　AM-GM の不等式 $\dfrac{a+b}{2}\geqq\sqrt{ab}$ を証明せよ．ただし，$a\geqq 0, b\geqq 0$ とする．

▶解答◀　$y=\log x$ を考えて， これを $y=f(x)$ とおく．
$0<a<b$ として，$x=a, x=b, x=\dfrac{a+b}{2}$ をプロットすると， 下図のようになる．



この図より，y 座標，

$$\frac{\log a+\log b}{2}=\log\sqrt{ab} \text{ と } f\left(\frac{a+b}{2}\right)=\log\left(\frac{a+b}{2}\right)$$

の右辺をそれぞれ比較すると， 明らかに

$$\log\left(\frac{a+b}{2}\right)\geqq\log\sqrt{ab}\Longleftrightarrow\boldsymbol{\frac{a+b}{2}\geqq\sqrt{ab}}\quad\blacksquare$$

また等号成立は，$a=b$ のときである．
これを， 用いれば， 一般の AM-GM の関係も証明することができます．
平均の証明関連では， これを頭においておくと良いでしょう．

演習問題

2.1《京都大》
実数 a, b $\left(0\leqq a<\dfrac{\pi}{4}, 0\leqq b<\dfrac{\pi}{4}\right)$ に対し， 次の不等式が成立することを示せ．

$$\sqrt{\tan a\tan b}\leqq\tan\left(\frac{a+b}{2}\right)\leqq\frac{1}{2}(\tan a+\tan b)$$

2.2《東工大》
$0<x<y$ のとき，$x^2e^{\frac{y}{x}}, y^2e^{\frac{x}{y}}$ の大小関係を調べよ．

2.3《東工大》
k を定数とするとき， 方程式 $e^x-x^e=k$ の異なる正の解の個数を求めよ．

2.4《極値の差》
関数 $f(x)=x^3-kx^2-3kx+2$ は極大値， 極小値をとるものとする．極大値と極小値の差が 32 となるとき，k（k は正の実数）の値を求めよ．

（26 自治医大）

2 章の解説

2.1《京都大》

実数 $a,\ b$ $\left(0 \leqq a < \dfrac{\pi}{4},\ 0 \leqq b < \dfrac{\pi}{4}\right)$ に対し，次の不等式が成立することを示せ．

$$\sqrt{\tan a \tan b} \leqq \tan\left(\frac{a+b}{2}\right) \leqq \frac{1}{2}(\tan a + \tan b)$$

考え方　色々な平均値が混ざった不等式の証明なので，「イェンセンの不等式」が頭をよぎります．右端の不等式は $0 \leqq x \leqq \dfrac{\pi}{4}$ の範囲で $y = \tan x$ のグラフを考えれば示そうです．左端の不等式は，log をとれば，「イェンセンの不等式」で示せますね．

▶解答◀　与えられた不等式において，

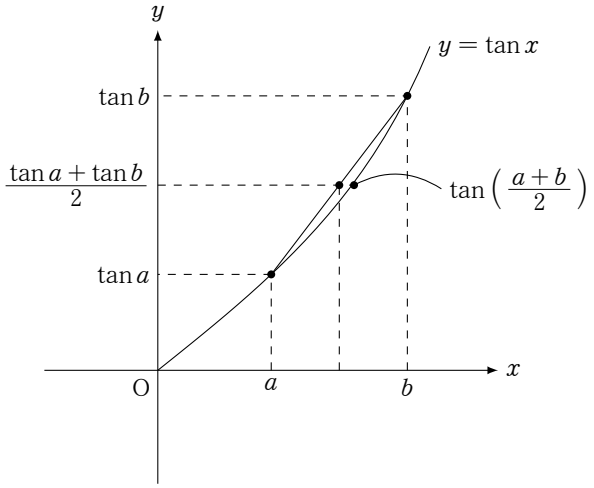
$$\begin{cases} \sqrt{\tan a \tan b} \leqq \tan\left(\dfrac{a+b}{2}\right) \cdots\cdots\cdots\cdots\cdots\cdots ① \\ \dfrac{1}{2}(\tan a + \tan b) \geqq \tan\left(\dfrac{a+b}{2}\right) \cdots\cdots ② \end{cases}$$

とすして，まず，② を示す．

$0 \leqq a \leqq \dfrac{\pi}{4}$ の範囲で，$y = \tan x$ のグラフを考える．

$$y' = \frac{1}{\cos^2 x} > 0$$
$$y'' = \frac{2\sin x}{\cos^2 x} > 0 \quad \left(\because 0 \leqq x \leqq \frac{\pi}{4}\right)$$

なので，$y = \tan x$ のグラフは常に下に凸であり，そのグラフは下図のようになる．



よって，上図と凸性から，$\dfrac{1}{2}(\tan a + \tan b) \geqq \tan\left(\dfrac{a+b}{2}\right)$ が示された．

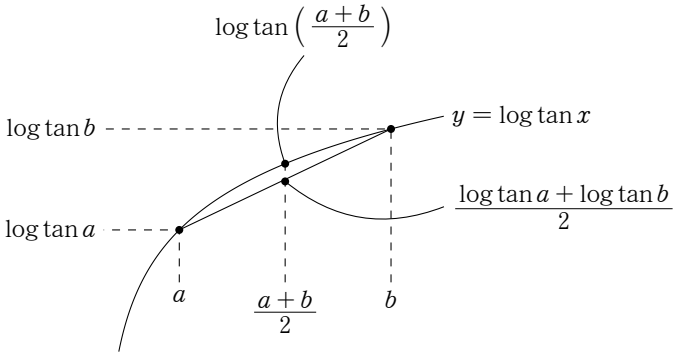
次に，① を示す．

$$① \Longleftrightarrow (\tan a \cdot \tan b)^{\frac{1}{2}} \leqq \tan\left(\frac{a+b}{2}\right)$$
$$\Longleftrightarrow \frac{1}{2}\log \tan a \cdot \tan b \leqq \log \tan\left(\frac{a+b}{2}\right)$$
$$\Longleftrightarrow \frac{\log \tan a + \log \tan b}{2} \leqq \log \tan\left(\frac{a+b}{2}\right)$$

ここで，$y = \log \tan x$ $\left(0 \leqq x < \dfrac{\pi}{4}\right)$ を考えると，

$$y' = \frac{1}{\sin x \cos x} > 0$$
$$y'' = -2(\sin 2x)^{-2} \times \cos 2x \times 2 < 0$$

なので，$y = \log \tan x$ は上に凸．グラフは次図のようになる．



よって，上図と凸性から，

$$\frac{\log \tan a + \log \tan b}{2} \leqq \log \tan\left(\frac{a+b}{2}\right) \Longleftrightarrow ①$$

が成立する．

また，$a = 0 \vee b = 0$ のとき ①, ② が成立するのは明らかなので，以上により示された　■

2.2《東工大》

$0 < x < y$ のとき，$x^2 e^{\frac{y}{x}},\ y^2 e^{\frac{x}{y}}$ の大小関係を調べよ．

考え方　大小比較の定石は 1 章で扱いました．2 変数関数なので，1 変数関数に置き換えたいなあと問題を見て思うので，**比を考える** のが良さそうです．

▶解答◀　$A = x^2 e^{\frac{y}{x}},\ B = y^2 e^{\frac{x}{y}}$ とおき，$t = \dfrac{x}{y}$ とすると，

$$0 < x < y \Longleftrightarrow 0 < \frac{x}{y} < 1$$
$$\Longleftrightarrow 0 < t < 1$$

である．ここで $\dfrac{A}{B}$ を考えると，

$$\frac{A}{B} = \left(\frac{x}{y}\right)^2 e^{\frac{y}{x} - \frac{x}{y}} = t^2 e^{\frac{1}{t} - t}$$

これを，$f(t)$ とおく．

$$f'(t) = 2te^{\frac{1}{t}-t} + t^2 e^{\frac{1}{t}-t} \cdot (-t^{-2} - 1)$$
$$= e^{\frac{1}{t}-t}(t^2(-t^{-2} - 1) + 2t)$$
$$= -e^{\frac{1}{t}-t}(t-1)^2$$

また，

- $\lim\limits_{t \to 0-1} f(t) = 0$ …… ①
- $\lim\limits_{t \to 0+1} f(t) = +\infty$ …… ②
- $\lim\limits_{t \to \infty} f(t) = 0$ …… ③

であり，$0 < t < 1$ の範囲で，増減表は下表のようになる．

t	0	…	1
$f'(t)$	×	−	0
$f(t)$	∞	↘	1

$\therefore 0 < t < 1$ の範囲で，

$$f(t) > 1 \Longleftrightarrow \frac{A}{B} > 1 \Longleftrightarrow A > B$$

$\therefore \boldsymbol{x^2 e^{\frac{y}{x}} > y^2 e^{\frac{x}{y}}}$

2.3《東工大》

k を定数とするとき，方程式 $e^x - x^e = k$ の異なる正の解の個数を求めよ．

考え方　グラフをどのように描くかです．普通に微分して描こうとしても無理です．ですので，微分した関数の増減を考えて元の関数の増減表を得ましょう．

▶解答◀　$f(x) = e^x - x^e$ とおく．

$$f'(x) = e^x - ex^{e-1} = e(e^{x-1} - x^{e-1})$$

ここで，e^{x-1}と x^{e-1} に対数を取って，差をとったグラフを考える．これを $g(x)$ とおく．

$$\begin{aligned} g(x) &= \log e^{x-1} - \log x^{e-1} \\ &= x - 1 - (e-1)\log x \end{aligned}$$

これの微分は，

$$g'(x) = 1 - \frac{e-1}{x} = \frac{x-(e-1)}{x}$$

より，$g(x)$ の増減表は下表のようになる．

x	$\cdots$	1	$\cdots$	$e-1$	$\cdots$	e	$\cdots$
$g'(x)$	$-$	$-$	$-$	0	$+$	$+$	$+$
$g(x)$	↘	0	↘		↗	0	↗

これより，

- $0 < x < 1 \lor x > e$ のとき，$g(x) > 0$ なので，$f'(x) > 0$
- $x = 1 \lor xx = e$ のとき，$g(x) = 0$ なので，$f'(x) = 0$
- $1 < x < e$ のとき，$g(x) < 0$ なので，$f'(x) < 0$

とわかるので，$f(x)$ の増減表は下図のようになる．

x	0	$\cdots$	1	$\cdots$	e	$\cdots$	∞
$f'(x)$	$\times$	$+$	0	$-$	0	$+$	$\times$
$f(x)$	1	↗	$e-1$	↘	0	↗	∞

よって，$y = f(x)$ のグラフは下図のようになる．

